Урок математики 5 класс

Русинова
Тамара Николаевна

Виды углов. Измерение углов.

Повторим…

Проверим…

Решим…

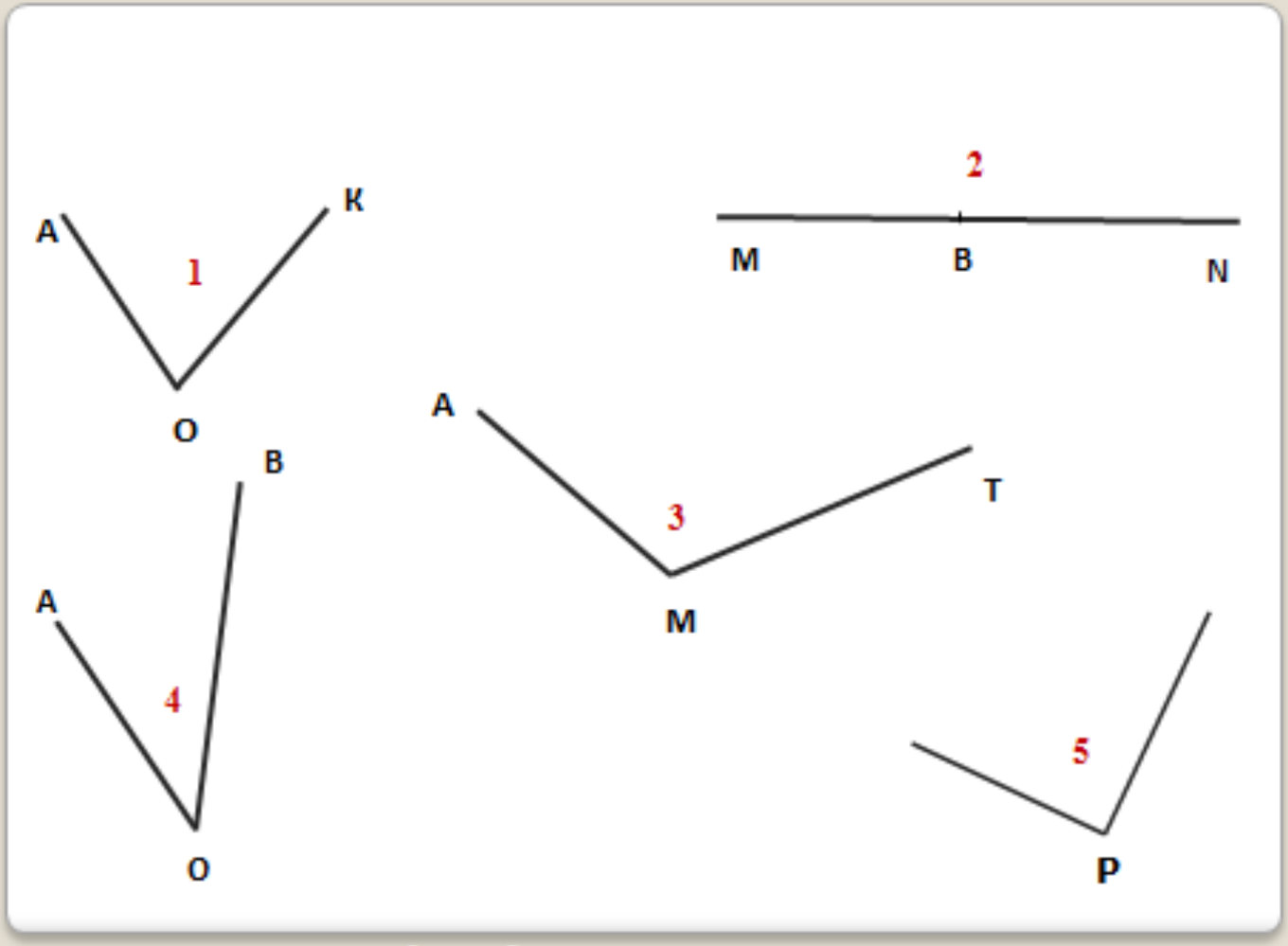
A
K
1
O
2
M
B
N
A
3
T
M
B
A
4
O
5
P

Определите, верно ли предложение?

Г	Половина развернутого угла – прямой угол.	
М	Меньший угол имеет большую величину.	
Р	Любой угол, больше прямого - или тупой, или развернутый.	
А	Любой острый угол меньше прямого.	
О	Любой угол, меньше развернутого – тупой.	
Д	Биссектриса делит угол на 2 равных угла.	
П	Тупой угол меньше острого угла.	
У	Прямой угол меньше тупого угла.	
С	Углы измеряются с помощью транспортира.	

Определите верность предложений

Г	Половина развернутого угла – прямой угол.	Да
М	Меньший угол имеет большую величину.	Нет
Р	Любой угол, больше прямого - или тупой, или развернутый.	Да
А	Любой острый угол меньше прямого.	Да
О	Любой угол, меньше развернутого – тупой.	Нет
Д	Биссектриса делит угол на 2 равных угла.	Да
П	Тупой угол меньше острого угла.	Нет
У	Прямой угол меньше тупого угла.	Да
С	Углы измеряются с помощью транспортира.	Да

5,6- «3» 7,8- «4» 9- «5»

Г	Половина развернутого угла – прямой угол.	Да
Р	Любой угол, больше прямого - или тупой, или развернутый.	Да
А	Любой острый угол меньше прямого.	Да
Д	Биссектриса делит угол на 2 равных угла.	Да
У	Прямой угол меньше тупого угла.	Да
С	Углы измеряются с помощью транспортира.	Да

Градус

Работа в паре

- Составить из макетов углов в 90°, 45 °, 30 °

Работа в паре

- Составить из макетов в 90°, 45 °, 30 °

угол равный 135°

Работа в паре

- Составить из макетов в 90°, 45 °, 30 °

угол равный 75°

Работа в паре

- Составить из макетов в 90°, 45 °, 30 °

угол равный 165°

Работа в паре

- Составить из макетов в 90°, 45 °, 30 °

угол равный 15°

Физкультминутка

Самостоятельная работа.
Вычислить величины углов.

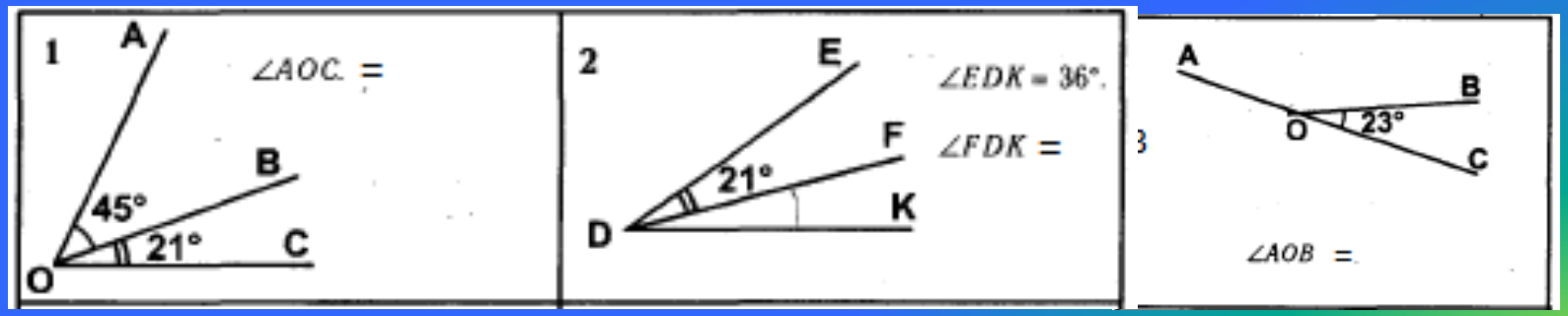

Домашнее задание

133. Из вершины прямого угла MOK проведены два луча OP и ON так, что $\angle MON = 64^\circ$, $\angle POK = 57^\circ$. Вычислите величину угла PON.

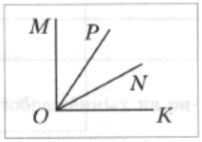

Решение. $\angle MOP = \angle MOK - \angle POK =$

Ответ:

137. Нарисуйте на циферблате часов часовую и минутную стрелки так, чтобы часы показывали заданное время, и найдите градусную меру угла между стрелками часов.

1) 2 ч 2) 6 ч 3) 8 ч

3) Подготовить сообщение об истории возникновения единиц измерения углов.

Рефлексия

- -красный - все понравилось, было все понятно, трудностей не вызывало;
- -зеленый - урок понравился, но были некоторые трудности при решении заданий;
- - синий – на уроке чувствовал себя не комфортно, задания слишком трудные.